2018학년도 6월 고1 전국연합학력평가 문제지

제 4 교시 탐구 영역 (통합 사회)

성명		수험 번호						1				

1. A ~ D의 관점에 해당하는 질문으로 적절한 것을 <보기>에서 고른 것은?

<보 기>

ㄱ. A – 커피가 주로 재배되는 지역과 소비되는 지역은 어디일까요?
ㄴ. B – 과거에 비해 현재의 커피 소비량이 증가한 배경은 무엇일까요?
ㄷ. C – 커피 문화 확산에 영향을 준 제도와 정책은 어떤 것이 있을까요?
ㄹ. D – 커피 생산 노동자가 정당한 임금을 받을 수 있도록 하는 바람직한 소비 태도는 무엇일까요?

① ㄱ, ㄴ ② ㄱ, ㄷ ③ ㄴ, ㄷ ④ ㄴ, ㄹ ⑤ ㄷ, ㄹ

2. 다음 게시물의 작성자가 여행하고 있는 지역을 지도의 A ~ E에서 고른 것은? [3점]

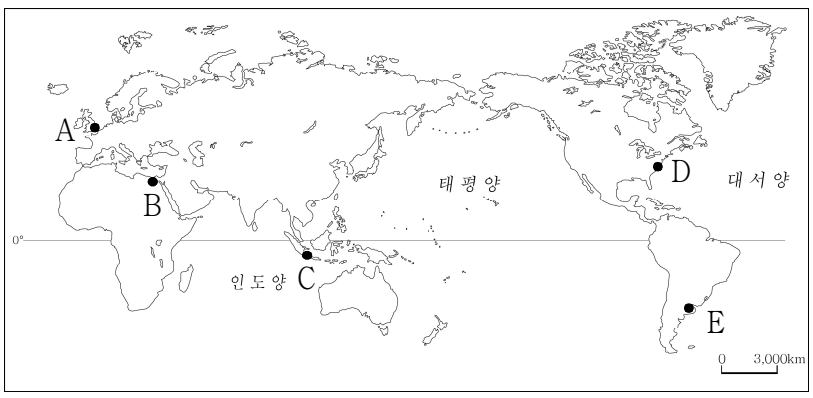

① A ② B ③ C ④ D ⑤ E

3. 다음 글에 나타난 자연관에 대한 설명으로 가장 적절한 것은?

> 들꽃은 우리의 누이이고 순록과 말과 독수리는 우리의 형제이다. 세상의 모든 것은 하나로 연결되어 있다. 대지(大地)에 일어나는 일은 대지의 아들에게도 일어난다. …(중략)… 사람이 땅을 파헤치는 것은 곧 그들 자신의 삶도 파헤치는 것이다. 대지는 인간에게 속한 것이 아니며, 인간이 오히려 대지에 속해 있다.

① 인간 역시 자연의 일부임을 자각한다.
② 자연을 도구적 가치의 관점에서 바라본다.
③ 자연을 이용하고 개발하는 것을 정당화한다.
④ 자연은 인간의 욕구를 충족시키기 위해 존재한다.
⑤ 인간은 다른 모든 존재와 구분되는 우월한 존재이다.

4. 그래프의 A에서 B로 이동했을 때 나타날 수 있는 일반적인 현상으로 적절하지 않은 것은?

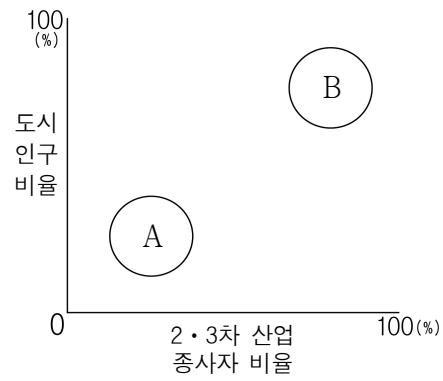

① 직업의 종류가 다양해질 것이다.
② 개인주의 가치관이 확산될 것이다.
③ 도시의 주택 문제가 증가할 것이다.
④ 가구당 평균 구성원 수가 늘어날 것이다.
⑤ 도시의 토지 이용 집약도가 높아질 것이다.

5. 다음 사례에 나타난 시민 참여가 정당화되기 위한 조건으로 옳지 않은 것은? [3점]

> 인도를 지배하던 영국은 인도인의 소금 제조 및 판매를 금지하는 소금법을 시행하였다. 인도인들은 소금에 붙는 세금이 너무 비싸 소금을 사먹지 못하는 상황이 벌어졌다.
> 간디는 이 법의 폐지를 지속적으로 요구하였으나 받아들여지지 않았다. 이에 군중들과 함께 소금법 폐지를 요구하는 평화적인 행진을 하였다. 이 과정에서 영국 경찰들의 폭력적인 진압으로 많은 사람들이 투옥되었으나 인도인들은 행진을 멈추지 않았다.

① 사회 정의의 실현을 위해서 행해져야 한다.
② 비폭력적인 방법을 통해서 이루어져야 한다.
③ 공익을 위하여 공개적으로 이루어져야 한다.
④ 합법적으로 해결되지 않을 때 최후의 수단이어야 한다.
⑤ 잘못된 법을 위반하는 행위이므로 처벌을 거부해야 한다.

6. 학생의 일기를 통해 추론할 수 있는 내용으로 가장 적절한 것은?

> ○○년 ○월 ○일
>
> 동대구역에서 오전 8시에 출발하는 고속 열차에 몸을 실었다. 서울에 오전 10시쯤 도착하여 전문 서점에 들러 음반과 도서를 구입하였다. 간단히 점심을 먹고 소극장에서 연극을 보았다. 배우들의 연기는 훌륭했고, 연출력 또한 수준급이었다. 고속 열차를 타고 집에 돌아와 가족들과 맛있는 저녁을 먹었다. 시험 스트레스를 한 방에 날려버린 보람찬 하루였다.

① 도시화로 인해 공동체 의식이 약화되었다.
② 교통의 발달에 따라 생활권이 확대되었다.
③ 문화 활동에 참여할 수 있는 기회가 축소되었다.
④ 정보 기술의 발달에 따라 쌍방향 통신이 실현되었다.
⑤ 교통수단의 변화로 인해 시공간적 제약이 증가하였다.

7. 지역 조사 과정 중 (가), (나) 단계에 해당하는 옳은 활동을 <보기>에서 고른 것은?

주제 및 지역 선정	→	(가)	→	야외 조사	→	(나)	→	보고서 작성

<보 기>

ㄱ. '경주의 불교문화'를 주제로 결정한다.
ㄴ. 불교문화와 관련한 문헌 자료를 조사한다.
ㄷ. 답사 자료를 바탕으로 불교 유적 분포도를 그린다.
ㄹ. 경주의 남산을 중심으로 불교문화 유적을 답사한다.

	(가)	(나)
①	ㄱ	ㄴ
②	ㄱ	ㄷ
③	ㄴ	ㄷ
④	ㄴ	ㄹ
⑤	ㄷ	ㄹ

8. 다음 글의 내용을 주장한 사상가의 입장에서 대답할 때, (A)에 들어갈 말로 가장 적절한 것은? [3점]

> 인간은 생존에 필요한 생명의 기능, 감각과 운동의 기능, 정신의 이성적 활동 기능을 지니고 있다. 이 중 동식물에게는 없고 인간만이 지닌 특별한 기능은 정신의 이성적 활동 기능이다. 이 기능을 훌륭하게 발휘할 때, 삶의 궁극적 목적인 행복에 도달할 수 있다.

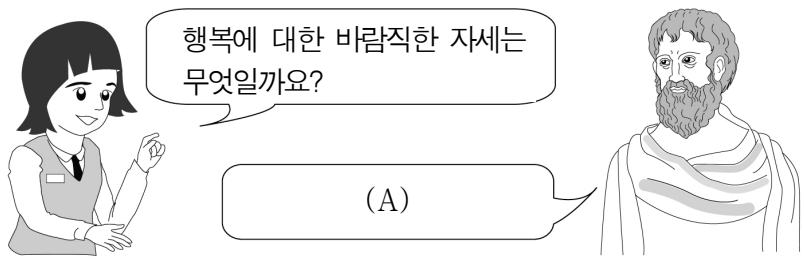

① 신의 은총을 통해 구원받는 삶을 추구해야 합니다.
② 물질적 풍요를 삶의 궁극적 목적으로 삼아야 합니다.
③ 행복한 삶을 위해서는 이성적 자기 성찰이 필요합니다.
④ 육체적 쾌락의 충족을 통해서 행복을 추구해야 합니다.
⑤ 인위적인 욕심을 버리고 자연에 따르는 삶을 살아야 합니다.

9. 다음은 법원 판결과 관련한 기사의 일부이다. 판결에 대한 옳은 설명을 <보기>에서 고른 것은? [3점]

> 제△호 ○○신문 ○○년 ○월 ○일
>
> **"영화관들, 시청각 장애인에게 자막·화면 해설 제공하라"**
>
> 시청각 장애인을 위한 배리어 프리* 버전 영화는 현재 한 달에 한 번 정도 상영된다. 그마저도 특정 상영관에서 정해진 날짜와 시간에만 볼 수 있다.
>
> 이에 □□법원 재판부는 "영화관 사업자는 일반 영화를 상영할 때에도 시청각 장애인들의 영화 관람을 위해 자막과 화면 해설 파일 및 보청기를 제공해야 한다. 또한 웹 사이트를 통해 상영관과 상영 시간 등의 정보도 제공해야 한다."라고 판결했다.
>
> * 배리어 프리(barrier free) : 사회·문화적 공간에서 장애인과 비장애인의 장벽을 없애자는 사회 운동

<보 기>

ㄱ. 수혜 대상자의 인권을 고려하였다.
ㄴ. 형평성보다는 효율성을 추구하였다.
ㄷ. 시청각 장애인에 대한 차별을 금지하였다.
ㄹ. 제도의 개선보다 의식의 변화를 강조하였다.

① ㄱ, ㄴ ② ㄱ, ㄷ ③ ㄴ, ㄷ ④ ㄴ, ㄹ ⑤ ㄷ, ㄹ

10. 그림과 같은 환경이 구축될 경우 나타날 수 있는 일반적인 현상으로 적절하지 <u>않은</u> 것은? [3점]

* 스마트 시티(smart city) : 정보 통신 기술을 이용해 도시의 공공 기능을 네트워크화하여 각종 도시 문제를 해결하는 이른바 똑똑한 도시

① 일상생활에서 대면 접촉이 증가할 것이다.
② 도시의 주요 기능이 통합적으로 관리될 것이다.
③ 개인 정보 보호에 대한 중요성이 높아질 것이다.
④ 새로운 법과 제도에 대한 요구가 증가할 것이다.
⑤ 정보 통신 기술에 대한 활용도가 높아질 것이다.

11. (가), (나)에 들어갈 내용으로 옳은 것은?

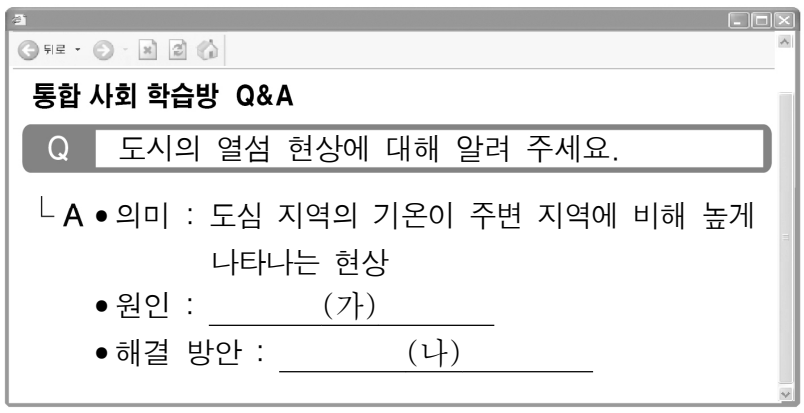

	(가)	(나)
①	주거 시설 부족	승용차 요일제 시행
②	주거 시설 부족	옥상 공원 조성
③	건물의 밀집도 증가	옥상 공원 조성
④	건물의 밀집도 증가	지표면의 인공 포장 확대
⑤	자동차 통행량 증가	지표면의 인공 포장 확대

12. (가), (나)에 나타난 행복의 기준에 대한 설명으로 옳은 것은? [3점]

(가) 산업화가 한창 진행 중이던 1970년대에는 가난에서 벗어나기 위해 돈을 버는 것에 행복을 느끼는 경우가 많았다. 그러나 현재에는 경제적 가치보다 자신의 삶을 의미 있고 풍요롭게 만드는 것에 더 큰 행복을 느끼는 경우가 많다.

(나) 마실 물이 부족한 사막 지역에서는 깨끗한 물을 얻는 것만으로도 행복을 느끼는 경우가 많다. 한편 일조량이 부족한 북유럽 지역에서는 햇볕을 쬘 수 있는 것만으로도 행복을 느끼는 경우가 많다.

① (가)는 경제적 가치가 행복의 기준이 될 수 없다고 본다.
② (가)는 시대에 따라 행복의 기준이 다를 수 있다고 본다.
③ (나)는 도덕적 실천을 행복의 기준으로 삼아야 한다고 본다.
④ (나)는 자연환경이 행복의 기준에 영향을 줄 수 없다고 본다.
⑤ (가)는 (나)와 달리 행복의 기준을 공간적 관점에서 본다.

13. 지도에 표시된 지역의 공통점으로 옳은 것을 <보기>에서 고른 것은? [3점]

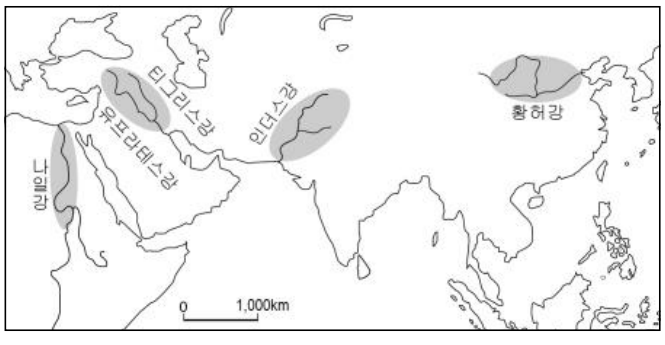

<보 기>

ㄱ. 고대 문명의 발상지이다.
ㄴ. 비옥한 충적 평야가 분포한다.
ㄷ. 습도가 높아 주민들은 주로 고상 가옥에 거주한다.
ㄹ. 벼농사가 발달하여 전통적으로 쌀을 주식으로 한다.

① ㄱ, ㄴ ② ㄱ, ㄷ ③ ㄴ, ㄷ ④ ㄴ, ㄹ ⑤ ㄷ, ㄹ

14. 다음 자료에 대한 분석 및 추론으로 옳은 것은? [3점]

프리덤 하우스(Freedom House)는 매년 세계 여러 국가를 대상으로 언론 자유 지수*를 산정한다. 지수 산정을 위하여 다음과 같은 질문을 만든다. '헌법과 법률이 언론과 표현의 자유를 보호하는가? 정부 또는 특정 집단의 영향력으로부터 언론 기관이 자유로운가?' 이와 같은 질문에 대하여 부정적 응답이 많을수록 점수가 높아진다.

<갑국과 을국의 언론 자유 지수>

구분	2005년	2010년	2015년
갑국	30	32	34
을국	46	47	48

* 언론 자유 지수 : 총점 100점을 기준으로 0~30점은 '언론 자유국', 31 ~ 60점은 '부분적 언론 자유국', 61 ~ 100점은 '언론 비자유국'으로 분류함.

① 2015년 갑국은 언론 자유국에 해당한다.
② 갑국은 을국보다 언론 활동이 자유롭지 못하다.
③ 갑국과 을국 모두 언론의 자유가 확대되고 있다.
④ 언론 매체의 독립성이 보장될 때 지수가 낮아질 것이다.
⑤ 2005년 대비 2015년의 언론 자유 지수 증가율은 갑국이 을국보다 낮다.

15. 환경 문제에 관한 퍼즐이다. (가)에 들어갈 내용으로 적절한 것은?

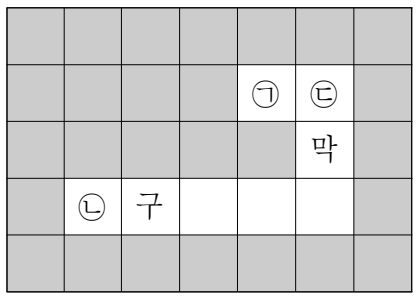

<가로 열쇠>
㉠ : 중국이나 몽골의 건조 기후 지역에서 발원하여 바람을 타고 이동하는 작은 모래나 먼지
㉡ : 온실가스 증가로 인해 지표 및 대기의 평균 온도가 상승하는 현상
<세로 열쇠>
㉢ : (가)

① 대기오염 물질이 안개와 결합하는 현상
② 지표면에 도달하는 자외선의 양이 증가하는 현상
③ 산성을 띤 대기오염 물질이 빗물에 섞여 내리는 현상
④ 플랑크톤의 이상 증식으로 바닷물이 붉게 변하는 현상
⑤ 가뭄 및 과도한 방목과 경작으로 땅이 사막처럼 변하는 현상

16. 다음 국제 협약과 관련된 환경 문제를 해결하기 위한 노력으로 적절한 것을 <보기>에서 고른 것은?

> UN 기후 변화 협약 195개 참가국은 '교토 의정서'를 대신할 '파리 기후 협약'을 만장일치로 채택하였다. 이 협약의 당사국들은 2050년 이후에는 인간의 온실 가스 배출량과 지구가 흡수하는 능력이 균형을 이루어야 한다고 촉구했다. 또한 이 협약에는 선진국 뿐만 아니라 개발 도상국에도 온실가스 감축 의무를 부여하고 기후 변화로 피해를 입는 국가를 돕는 내용도 포함되었다.

<보 기>

ㄱ. 화석 연료의 가격을 인하한다.
ㄴ. 탄소 배출량이 적은 제품을 사용한다.
ㄷ. 대기 오염 물질의 배출 규제를 완화한다.
ㄹ. 시민 단체에 가입하여 환경 감시 활동을 한다.

① ㄱ, ㄴ ② ㄱ, ㄷ ③ ㄴ, ㄷ ④ ㄴ, ㄹ ⑤ ㄷ, ㄹ

17. 교사의 질문에 옳은 답변을 한 학생을 고른 것은?

① 갑, 을 ② 갑, 병 ③ 을, 병 ④ 을, 정 ⑤ 병, 정

18. 밑줄 친 내용과 관련된 기본권 ㉠~㉢에 대한 설명으로 옳은 것은? (단, ㉠~㉢은 각각 자유권, 평등권, 사회권 중 하나이다.) [3점]

청문회 주제	관련 기본권
여성 차별 금지 관련 입법안	㉠
재개발 과정에서의 학습권 보장 방안	㉡
범죄 예방용 CCTV 설치로 인한 인권 침해와 이에 대한 사생활 보장 방안	㉢

① ㉠은 국가 권력의 간섭을 받지 않을 권리이다.
② ㉡은 바이마르 헌법에서 최초로 규정된 권리이다.
③ ㉢은 국가 의사 결정 과정에 참여할 수 있는 권리이다.
④ ㉠과 달리 ㉡은 프랑스 인권 선언에 명시되었다.
⑤ ㉡에 비해 ㉢은 국가의 적극적인 역할을 강조한다.

19. 지도는 어느 자연재해의 주요 발생지를 표시한 것이다. 이 자연재해와 이로 인해 보장되어야 할 인권을 연결한 것으로 옳은 것은?

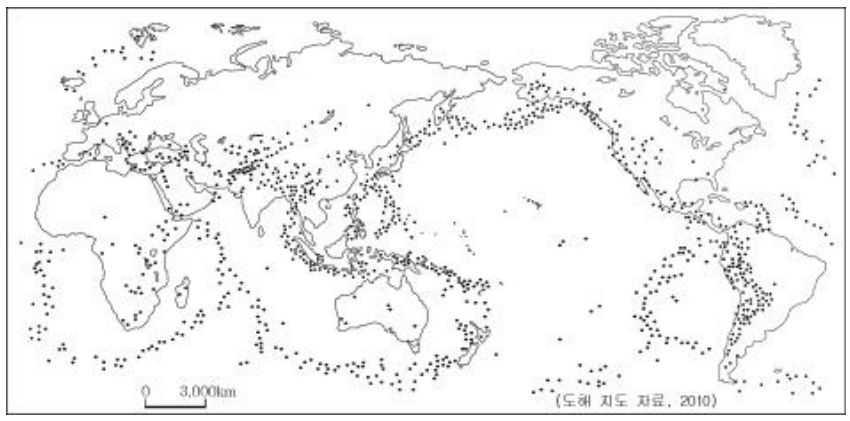

	자연재해	보장되어야 할 인권
①	태풍	주거권
②	태풍	안전권
③	화산	잊힐 권리
④	지진	안전권
⑤	지진	잊힐 권리

20. 학생이 표시한 답이 옳은 것을 ㉠~㉣ 중에서 고른 것은? [3점]

<형 성 평 가>

1학년 ○반 ○번 ○○○

※ 글쓴이가 지지할 주장으로 옳으면 '예', 틀리면 '아니요'에 '∨'를 표시하시오.

> **행복한 삶을 실현하기 위한 조건**
> 행복한 삶을 살기 위해서는 의식주와 같이 기본적인 경제적 조건과 안전한 삶의 공간이 갖추어져야 한다. 또한 민주적 절차와 참여가 보장되어야 자유롭고 평등한 삶을 살 수 있다. 아울러 공동체가 유지되려면 사회 구성원들이 올바른 가치관을 가지고 실천하는 풍토가 조성되어야 한다.

○ 주장1 : 질 높은 정주 환경이 보장되어야 행복한 삶을 살 수 있다.
예☑ 아니요☐ ……㉠

○ 주장2 : 국민의 소득 수준과 삶의 질은 서로 관계가 없다.
예☑ 아니요☐ ……㉡

○ 주장3 : 행복을 실현하기 위해 국가는 시민의 정치 참여를 제한해야 한다. 예☐ 아니요☑ ……㉢

○ 주장4 : 공동체의 행복을 위해서 도덕적 가치를 실천해야 한다.
예☐ 아니요☑ ……㉣

① ㉠, ㉡ ② ㉠, ㉢ ③ ㉡, ㉢ ④ ㉡, ㉣ ⑤ ㉢, ㉣

※ 확인 사항
○ 답안지의 해당란에 필요한 내용을 정확히 기입(표기)했는지 확인하시오.